មេរៀនទី

12 សញ្ញាណដំបូងនៃរូបធរណីមាត្រ

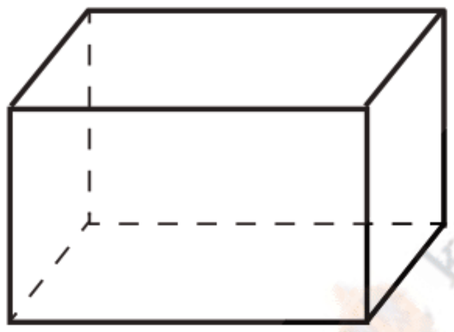
ខ្លឹមសារ

- បង្ហាញសញ្ញាណនៃចំណុច បន្ទាត់ កន្លះបន្ទាត់ និងអង្កត់
- ប្រៀបធៀបអង្កត់
- ធ្វើប្រមាណវិធីបូកនិងដកលើអង្កត់
- ធ្វើប្រមាណវិធីគុណនិងចែកអង្កត់នឹងមួយចំនួន ។

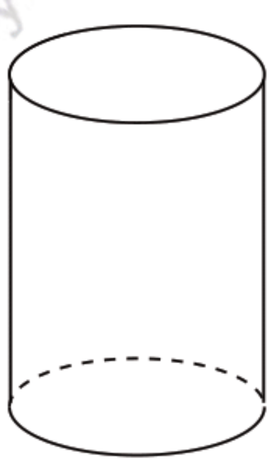
1. សញ្ញាណរូបធរណីមាត្រ

1.1 សញ្ញាណទូទៅនៃរូបធរណីមាត្រ

ឧទាហរណ៍



ប្រលេពីប៉ែតកែង



ស៊ីឡាំង



ពីរ៉ាមីត

ការសិក្សាអំពីរូបរាង ទំហំ វិមាត្រទីតាំង និងលក្ខណៈនៃវត្ថុ ជាការចាំបាច់នៅក្នុងជីវភាពរស់នៅប្រចាំថ្ងៃ ។

1.2 ចំណុច

ឧទាហរណ៍ បើគេយកចុងខ្មៅដៃស្រួចទៅចុចលើក្រដាសនោះគេបានស្នាមមូលមួយ រូបផ្កាយនៅលើមេឃ ខ្សាច់មួយគ្រាប់ ... រូបភាពទាំងអស់នេះហៅថា **ចំណុច** ។

សម្គាល់ - ចំណុចគ្មានវិមាត្រ គ្មានទទឹង គ្មានបណ្តោយ គ្មានកំពស់ទេ ។

- ចំណុចជាធាតុតូចបំផុត គេហៅថា **ភាវៈធរណីមាត្រងាយជាងគេ** ។

facebook.com/moeys.gov.kh
youtube.com/moeys
krou.moeys.gov.kh

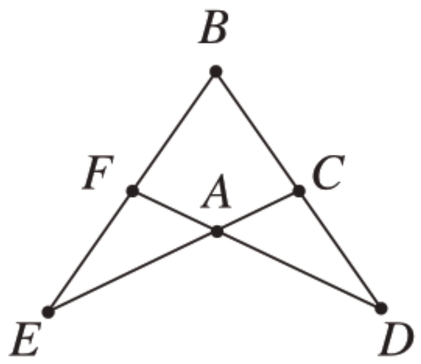
ឧទាហរណ៍ គេតាងចំណុចដោយ



គេហៅថា ចំណុច A ចំណុច B ចំណុច H ចំណុច C

លំហាត់គំរូ លោកគ្រូបានឱ្យសិស្សយកដើមផ្កាចំនួន 6 ដើមទៅដាំឱ្យបាន 4 ជួរ ដែលក្នុងមួយជួរៗមាន 3 ដើម។ តើត្រូវដាំរបៀបណា? ដៅចំណុចដែលត្រូវដាំ?

ចម្លើយ



ប្រតិបត្តិ ឱ្យឧទាហរណ៍រូបភាពចំណុចងាយៗដែលមាននៅជុំវិញខ្លួន។

1.3 បន្ទាត់

ឧទាហរណ៍ 1 បើគេរំកិលចុងខ្មៅដៃនៅលើក្រដាស គេបានរូបភាពមួយហៅថាបន្ទាត់ d ។



ឧទាហរណ៍ 2 បើគេយកម្ជុលពីរដើមមកដោតរៀងគ្នាត្រង់ A និង B ។ រួចគេយកខ្សែអំបោះពីសរសៃដែលមានពណ៌ខុសគ្នាមកចងសន្ធឹងត្រង់ A និង B គេសង្កេតឃើញថាខ្សែអំបោះនៅត្រង់ចន្លោះចំណុច A និង B ត្រួតស៊ីគ្នា។



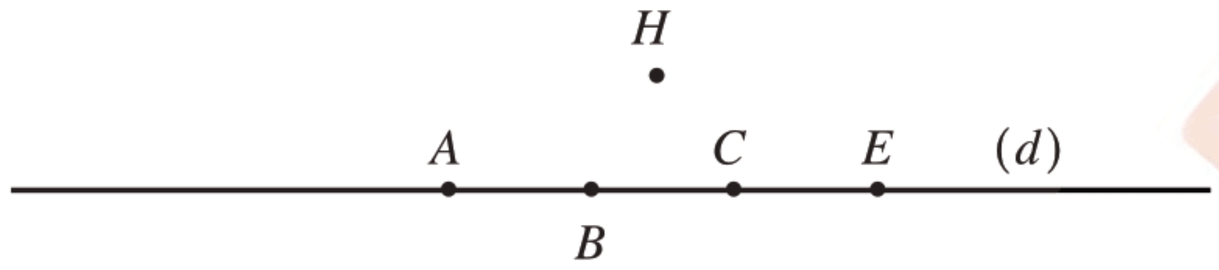
សម្គាល់ បន្ទាត់គ្មានកម្ពស់ គ្មានទទឹងតែគេអាចនិយាយពីបណ្តោយវាបាន។ បន្ទាត់ជាភាវៈធរណីមាត្រដែលមានវិមាត្រមួយ។

តាមឧទាហរណ៍ខាងលើ គេសង្កេតឃើញថាតាមពីរចំណុចផ្សេងគ្នា A និង B គេអាចគូសបានបន្ទាត់តែមួយគត់។ គេកំណត់សរសេរ : បន្ទាត់ AB ។ គេអាចបន្លាយ AB បានទាំងសងខាងព្រោះបន្ទាត់គ្មានព្រំដែន។

facebook.com/... youtube.com/moeys www.moeys.gov.kh

ស្វ័យសត្យ
- តាមចំណុចមួយគេអាចគូសបានបន្ទាត់ច្រើនរាប់មិនអស់
- តាមចំណុចពីរផ្សេងគ្នាគេអាចគូសបានបន្ទាត់តែមួយគត់ ឬច្រើនរាប់មិនអស់តែត្រួតស៊ីគ្នា។

លំហាត់គំរូ រូបខាងក្រោមតាងឱ្យបន្ទាត់ d និងចំណុច A, B, C, E, H ។ តើចំណុចណាខ្លះជារបស់បន្ទាត់ d និងមិនមែនជារបស់បន្ទាត់ d ?



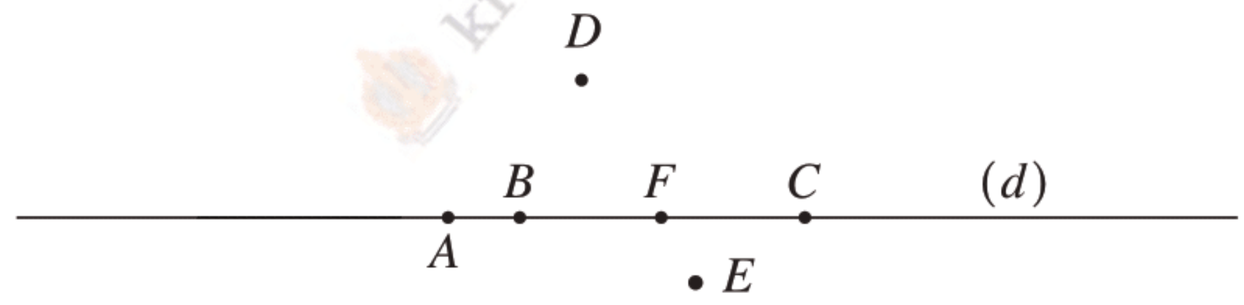
ចម្លើយ ចំណុច A, B, C, E ស្ថិតនៅលើបន្ទាត់ d តែមួយ គេថា A, B, C, E រត់ត្រង់គ្នា

គេសរសេរ $A \in d$, $B \in d$, $C \in d$, $E \in d$ សញ្ញា $\in$ អានថាជារបស់។

ចំណុច H មិនស្ថិតនៅលើបន្ទាត់ d ទេ

គេសរសេរ $H \notin d$ អានថា H មិនមែនជារបស់បន្ទាត់ d ។

ប្រតិបត្តិ ជំនួស ... ខាងក្រោមដោយសញ្ញា $\in$ ឬ $\notin$



ក. A ..... d ខ. F ..... d គ. D ..... d

ឃ. B ..... d ង. E ..... d ច. C ..... d

1.4 កន្លះបន្ទាត់

ឧទាហរណ៍: គេមានបន្ទាត់ xy មួយនិងចំណុច M មួយ ដែល $M \in xy$ នោះគេបាន



គេថាចំណុច M ចែកបន្ទាត់ xy ជាពីរផ្នែកគឺ Mx និង My ។ ផ្នែកនីមួយៗហៅថាកន្លះបន្ទាត់។ គេសរសេរកន្លះបន្ទាត់ Mx និង My ។ ចំណុច M ហៅថាគល់នៃកន្លះបន្ទាត់។

facebook.com/kroeoeys
youtube.com/moeys
moeys.gov.kh

សម្គាល់ - ដើម្បីកំណត់កន្លះបន្ទាត់មួយ គេត្រូវសរសេរ “ គល់ ” មុន ។

- កន្លះបន្ទាត់ Mx និង My ដែលផ្គុំបានបន្ទាត់ xy គេហៅថា “ កន្លះបន្ទាត់ឈមគ្នា ” ។
- កន្លះបន្ទាត់មានព្រំដែនតែម្ខាងទេ ។

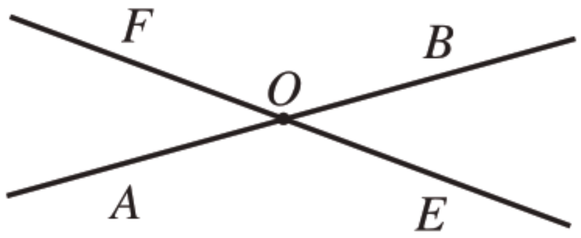
លំហាត់គំរូ 1 សរសេរកន្លះបន្ទាត់តាមរូបខាងក្រោម



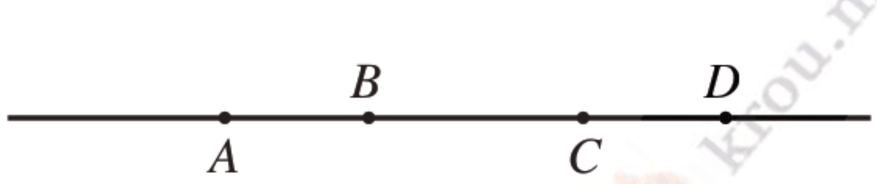
ចម្លើយ គេបានកន្លះបន្ទាត់ Ax , Ay , Dx និង Dy ។

លំហាត់គំរូ 2 គេមានបន្ទាត់ AB និង EF ប្រសព្វគ្នាត្រង់ចំណុច O ។ គូសរូប និងសរសេរឈ្មោះកន្លះបន្ទាត់ទាំងនោះ ។

ចម្លើយ កន្លះបន្ទាត់ OA , OB , OE , OF ។



ប្រតិបត្តិ ពិនិត្យមើលរូប រួចឆ្លើយនឹងសំណួរខាងក្រោម ?



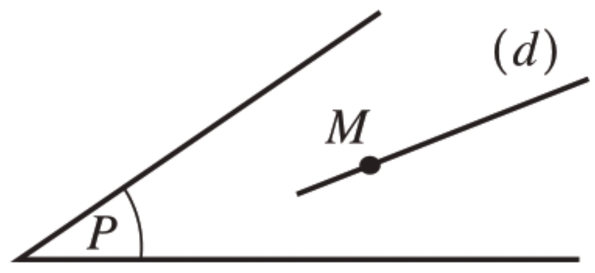
តាមរូបខាងលើ តើមានកន្លះបន្ទាត់ប៉ុន្មាន ? សរសេរឈ្មោះកន្លះបន្ទាត់ទាំងនោះ ។

1.5 ប្លង់

ឧទាហរណ៍ 1 គេឃើញថាផ្ទៃរាបស្មើនៅជុំវិញខ្លួនយើង ដូចជាផ្ទៃជញ្ជាំង ផ្ទៃពិដានផ្ទះ ផ្ទៃតុ ឬផ្ទៃក្រដាសមួយសន្លឹកជាសញ្ញាណនៃប្លង់ ។

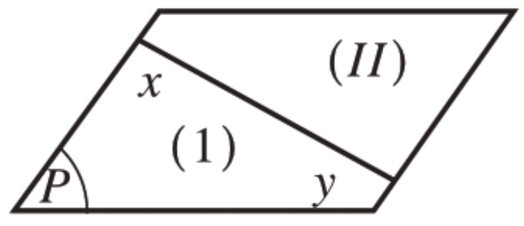


បើបន្ទាត់ d នៅក្នុងប្លង់ P មានន័យថាគ្រប់ចំណុចទាំងអស់នៃបន្ទាត់ d ក៏ស្ថិតនៅក្នុងប្លង់ P ដែរ ។



បានសេចក្តីថា $M \in d \Rightarrow M \subset P$ ។

ឧទាហរណ៍ 2 បើបន្ទាត់ xy ចែកប្លង់ P ជាពីរផ្នែកគឺ (I) និងផ្នែក (II) ដែល (I) និង (II) ហៅថាកន្លះប្លង់ នោះបន្ទាត់ xy ជាព្រំដែនរួមនៃបន្ទាត់កន្លះប្លង់ទាំងពីរ ។



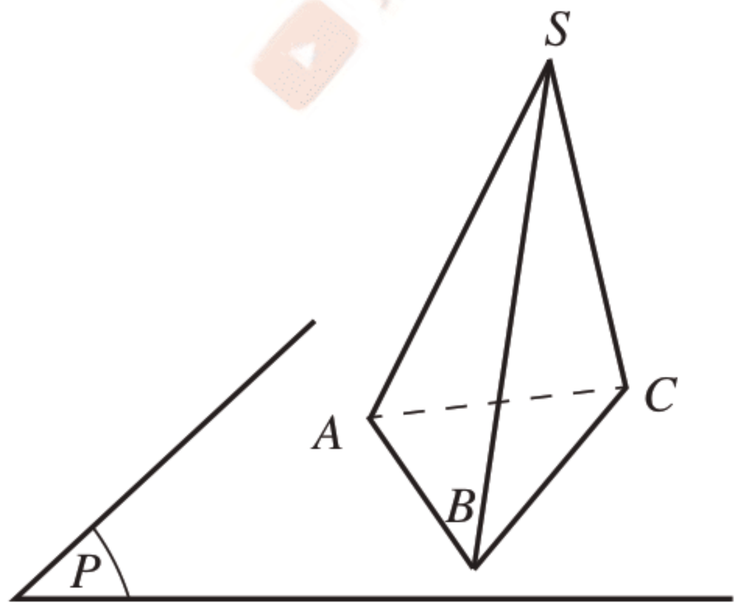
លំហាត់គំរូ 1 រកឧទាហរណ៍នៅជុំវិញខ្លួនដែលឱ្យរូបភាពប្លង់ ។

ចម្លើយ ផ្ទៃទឹកនៅនឹងថ្កល់ ផ្ទៃក្តារខៀន ផ្ទៃកញ្ចក់ ..... ជារូបភាពប្លង់ ។

លំហាត់គំរូ 2 បើគេរំកិលផ្ទាំងគំនូរមួយលើតុ តើគេសង្កេតឃើញផ្ទៃទាំងពីរនោះយ៉ាងដូចម្តេច ? ចូរធ្វើការសន្និដ្ឋាន ?

ចម្លើយ
- គេឃើញវាត្រួតស៊ីគ្នាជានិច្ច ។
- ដូចនេះប្លង់អាចរំកិលលើខ្លួនឯង ។

ប្រតិបត្តិ នៅលើប្លង់ P មួយគេមានបីចំណុច A, B, C រត់មិនត្រង់គ្នា (ដូចរូបខាងស្តាំ) ។ ហើយចំណុច S មួយនៅក្រៅប្លង់ P គេគូសបន្ទាត់ SA, SB និង SC ។



ក. ចូររាប់ប្លង់ថ្មីដែលទើបនឹងកើតមាន ។

ខ. តើប្លង់ P មានបន្ទាត់ណាខ្លះរួមជាមួយនឹងប្លង់ថ្មីទាំងនេះ ?

គ. ចូរប្រាប់ថាតើចំណុច S, A, B, C ជារបស់ប្លង់ណាខ្លះ ?

2. អង្កត់

2.1 សំណង់អង្កត់

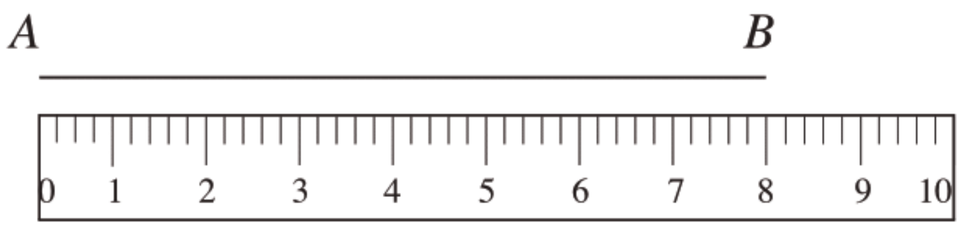
ឧទាហរណ៍ 1 គេមានបន្ទាត់ l និង $M \in l$ ដែលចំណុច M មិនត្រួតលើ N ។



នោះគេបានផ្នែកមួយនៃបន្ទាត់ខណ្ឌដោយចំណុច M និង N ហៅថាអង្កត់ ។

គេកំណត់សរសេរអង្កត់ MN ចំណុច M និង N ហៅថាចុងអង្កត់ បន្ទាត់ l ហៅថាទម្រង់នៃអង្កត់ MN ។

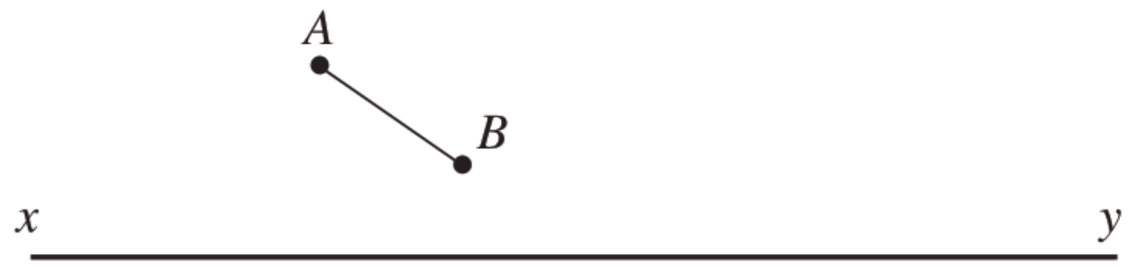
ឧទាហរណ៍ 2 គេដឹងប្រវែងអង្កត់មួយកាលណាគេយកបន្ទាត់ក្រិតទៅវាស់វា (គិតជា cm) ។



អង្កត់ AB មានប្រវែង $8cm$ ។ គេកំណត់សរសេរ $AB = 8cm$ ។

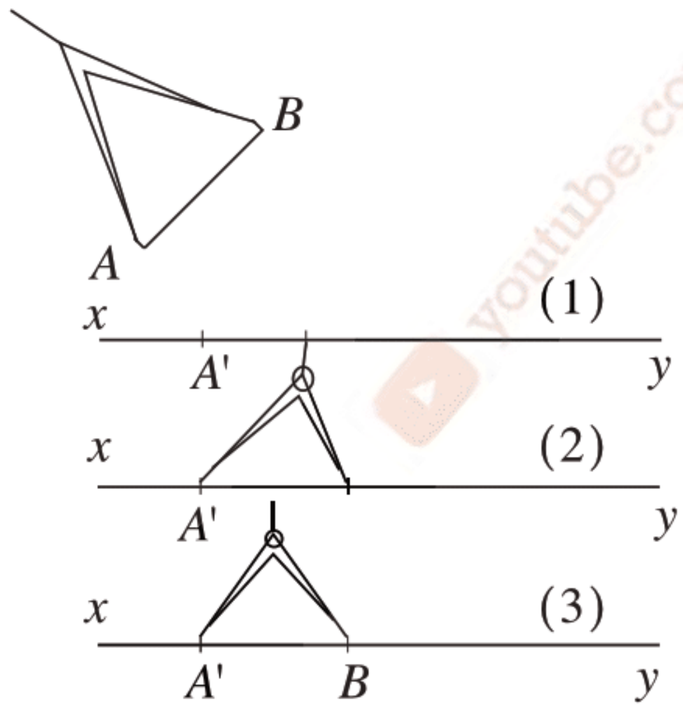
facebook.com/krou.moeys.gov.kh
youtube.com/moeys

លំហាត់គំរូ នៅលើបន្ទាត់ xy មួយ គូសអង្កត់ $A'B'$ ឱ្យមានប្រវែងស្មើនឹងអង្កត់ AB ។



ចម្លើយ

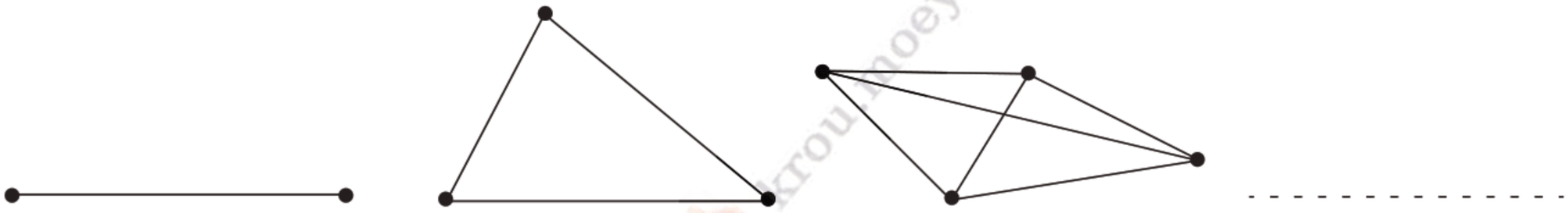
- បើករង្វង់ដែកឈានជើម្ប៉ាវាស់ប្រវែង AB
- ដៅចំណុច $A' \in xy$
- រក្សារង្វង់ដែកឈានឱ្យនៅដដែល រួច ដាក់ចុងម្ខាងត្រង់ចំណុច A' និងចុងម្ខាងទៀតគូសលើបន្ទាត់ xy ត្រង់ B'



គេបានអង្កត់ $A'B'$ ដែល $AB = A'B'$ ។

ដូចនេះគេបាន $AB = A'B'$ តាមបម្រាប់ ។

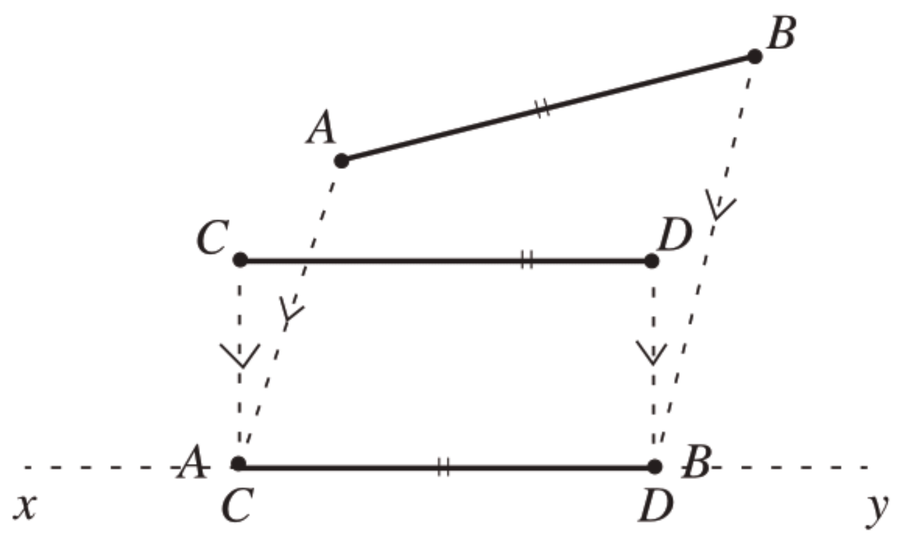
ប្រតិបត្តិ តាមរូបខាងក្រោម បំពេញចម្លើយនិងសង់អង្កត់នោះតាមលំនាំគំរូដែលឱ្យ



ចំណុច 2	ចំណុច 3	ចំណុច 4	ចំណុច 5
អង្កត់ : 1	អង្កត់ : 3	អង្កត់ : 6	អង្កត់ : .....
0 + 1	1 + 2	1 + 2 + 3	.....

2.2 ប្រៀបធៀបអង្កត់ពីរ

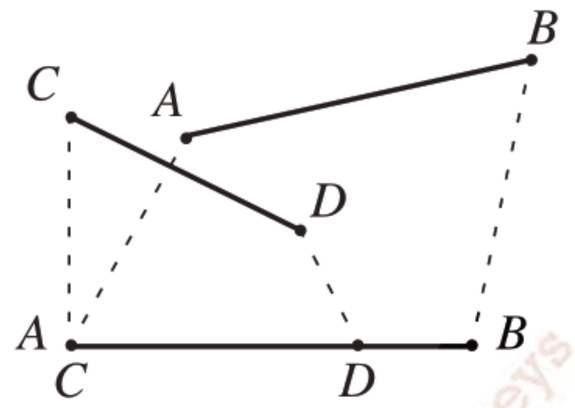
ឧទាហរណ៍ 1 គេមានអង្កត់ AB និងអង្កត់ CD ។ នៅលើបន្ទាត់ xy មួយគេដាក់ចំណុច A និង C ឱ្យត្រួតស៊ីគ្នា បើចំណុច B និងចំណុច D ត្រួតស៊ីគ្នាលើ xy នោះគេថាអង្កត់ AB និងអង្កត់ CD ត្រួតស៊ីគ្នាហើយមានប្រវែងស្មើគ្នា ។



គេសរសេរ $AB = CD$ ។

facebook.com/moeys.gov.kh
youtube.com/moeys

ឧទាហរណ៍ 2 គេមានអង្កត់ AB និងអង្កត់ CD ។ គេដាក់ចំណុច A និង C នៅលើបន្ទាត់ xy មួយ លៃយ៉ាងណាឱ្យ A និង C ត្រួតស៊ីគ្នា ហើយដាក់ B និង D នៅលើ xy ផ្នែកខាង y ។ បើ D នៅចន្លោះ A និងB នោះអង្កត់ AB ធំជាង CD ហើយអង្កត់ CD តូចជាង AB ។



គេសរសេរ $AB > CD$ ឬ $CD < AB$ ។

លំហាត់គំរូ គេមានចំណុចបួន A, B, C, D នៅលើបន្ទាត់ xy ដូចរូបខាងក្រោម :



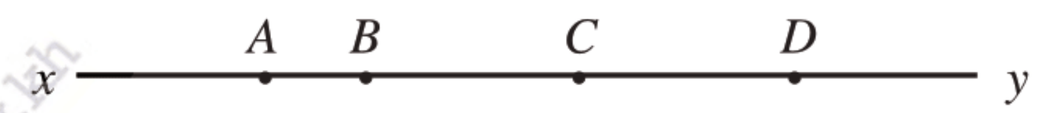
ក. ដោយប្រើដែកឈាន ប្រៀបធៀបអង្កត់ AB និង CD ។

ខ. តើគេអាចសន្និដ្ឋានយ៉ាងណាចំពោះអង្កត់ AC និង BD ។

ចម្លើយ ក. ប្រើចុងទាំងពីរនៃដែកឈានមកដៅចំចំណុច A និង B ។ ដោយរក្សារង្វះនៃដែកឈាននេះ គេឃើញចុងទាំងពីរនៃដែកឈានដៅលើចំណុច C និង D ។ ដូចនេះ $AB = CD$ ។

ខ. អង្កត់ AC និង BD មានផ្នែករួមគឺអង្កត់ BC ដោយ $AB = CD$ នោះ $AC = BD$ ។

ប្រតិបត្តិ គេមានចំណុចបួន A, B, C, D នៅលើបន្ទាត់ xy ដូចរូបខាងក្រោម ។



ដោយប្រើដែកឈាន :

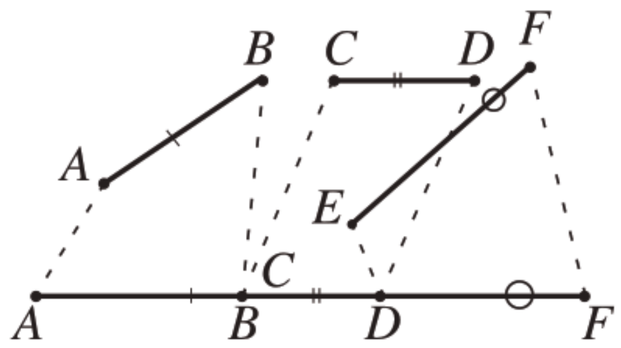
ក. ប្រៀបធៀបអង្កត់ AB និងអង្កត់ BC ។

ខ. ប្រៀបធៀបអង្កត់ CD និងអង្កត់ BC ។

គ. តើគេអាចសន្និដ្ឋានយ៉ាងណាចំពោះអង្កត់ AC និងអង្កត់ CD ?

facebook.com/moeys.gov.kh
youtube.com/moeys
krou.moeys.gov.kh

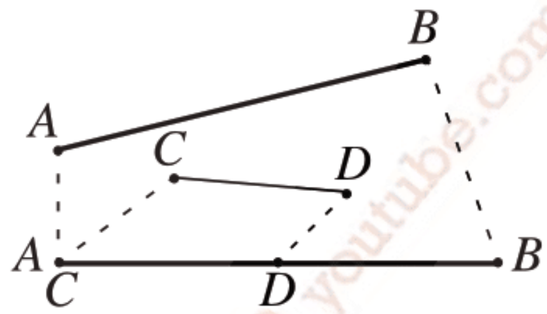
2.3 វិធីបូក និងដកអង្កត់



ឧទាហរណ៍ 1 គណនាផលបូកនៃអង្កត់ AB , CD និង EF ។

អ័ក្ស AF ហៅថាផលបូកនៃអង្កត់ AB , CD និង EF ។

ដូចនេះ $\boxed{AF = AB + BD + DF}$ ។



ឧទាហរណ៍ 2 គណនាផលដកនៃអង្កត់ AB និង CD ។ អង្កត់ DB ហៅថាផលដកនៃអង្កត់ AB និង CD ។

ដូចនេះ $\boxed{DB = AB - CD}$ ។

ចំណាំ ដើម្បីធ្វើប្រមាណវិធីបូក ឬដកលើអង្កត់បានលុះត្រាតែ

- ដាក់អង្កត់ទាំងនោះឱ្យនៅលើបន្ទាត់តែមួយ
- ដាក់ឱ្យបានជាអង្កត់តគ្នា ។

លំហាត់គំរូ រកប្រវែងផ្លូវដែលកីឡាករបីនាក់ A, B និង C រត់បណ្តាក់គ្នាតាមរូបភាពខាងក្រោម



ចម្លើយ ចម្ងាយផ្លូវដែលកីឡាករទាំងបីនាក់រត់បាន

$$AD = AB + BC + CD$$

$$= 576m + 648m + 835m = 2059m$$ ។

ដូចនេះ ចម្ងាយផ្លូវដែលកីឡាករទាំងបីនាក់រត់បាន $AD = 2059m$ ។

ប្រតិបត្តិ នៅលើបន្ទាត់ d គេដៅចំណុច A, B និង C ដែល $AB = 12cm$ និង $BC = 46cm$ ។ គណនាប្រវែង MN បើចំណុច M, N ជាចំណុចកណ្តាលនៃអង្កត់ AB និង BC ។

2.4 គុណ ចែកអង្កត់នឹងមួយចំនួន

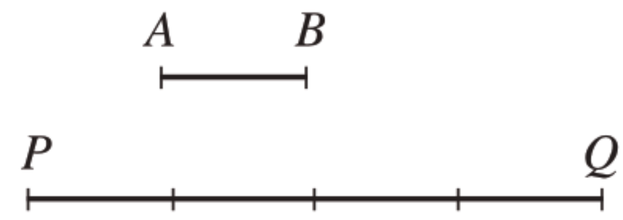
ឧទាហរណ៍ 1 គេមានអង្កត់ដូចរូបខាងស្តាំ ។

គេបាន $AF = AB + BC + CD + DE + EF$

ដោយ $AB = BC = CD = DE = EF$

$AF = AB + BC + CD + DE + EF = 5 \times AB$ ។គេឃើញថា AF ជាផលគុណរវាងអង្កត់ AB នឹង 5 ។

ឧទាហរណ៍ 2 បើគេមានសមភាព $PQ = 4AB$ ។

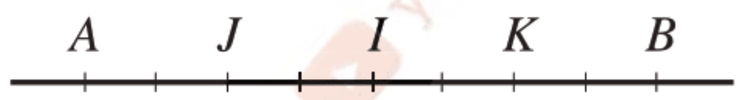


បានន័យថា AB ជាអង្កត់ដែលត្រូវគុណនឹង 4 ដើម្បីឱ្យបានអង្កត់ PQ ។ គេថា AB ជាផលចែកអង្កត់ PQ នឹង 4 ។

គេបាន $AB = PQ \div 4$ ឬ $AB = \frac{PQ}{4}$ ។

លំហាត់គំរូ 1 គេមាន I ជាចំណុចកណ្តាលនៃអង្កត់ AB , J កណ្តាលនៃអង្កត់ AI និង K កណ្តាល IB ។

ក. តើអង្កត់ AB ស្មើនឹងប៉ុន្មានដង AI និង AJ ?



ខ. តើអង្កត់ JK ស្មើនឹងប៉ុន្មានដង AB ?


ចម្លើយ ក. $AB = 2AI$, $AB = 4AJ$

ខ. $JK = JI + IK = \frac{AI}{2} + \frac{IB}{2} = \frac{AI + IB}{2} = \frac{AB}{2}$ ។

លំហាត់គំរូ 2 ផ្លូវពីភូមិ A ទៅភូមិ B មានចម្ងាយ $24.6km$ ។ មនុស្សម្នាក់ជិះកង់ចេញពីភូមិ A ទៅភូមិ B ហើយជួបអ្នកជិះម៉ូតូចេញពីភូមិ B ទៅភូមិ A ។ បើគេដឹងថាចម្ងាយពីភូមិ B មកកន្លែងជួបស្មើនឹងបីដងនៃចម្ងាយពីភូមិ A មកទីជួបគ្នា។ រកចម្ងាយផ្លូវដែលអ្នកទាំងពីរបានធ្វើដំណើរ ។

ចម្លើយ តាង x ជាចម្ងាយផ្លូវដែលអ្នកជិះកង់បានធ្វើដំណើរ ។

$3x$ ជាចម្ងាយផ្លូវដែលអ្នកជិះម៉ូតូបានធ្វើដំណើរ



គេបាន $x + 3x = 24.6$

$4x = 24.6$ នាំឱ្យ $x = \frac{24.6}{4} = 6.15km$

$3x = 3 \times 6.15 = 18.45km$ ។

ដូចនេះ អ្នកជិះកង់ធ្វើដំណើរបាន $6.15km$ និងអ្នកជិះម៉ូតូធ្វើដំណើរបាន $18.45km$ ។

ប្រតិបត្តិ គេមានបីចំណុច X, Y, Z នៅលើបន្ទាត់ Δ ហើយ S ជាចំណុចកណ្តាល YZ ។

ក. គណនាប្រវែង XS ដោយដឹងថា $XY = 8cm$, $XZ = 20cm$

ខ. បង្ហាញថា $XS = \frac{XY + XZ}{2}$ ។

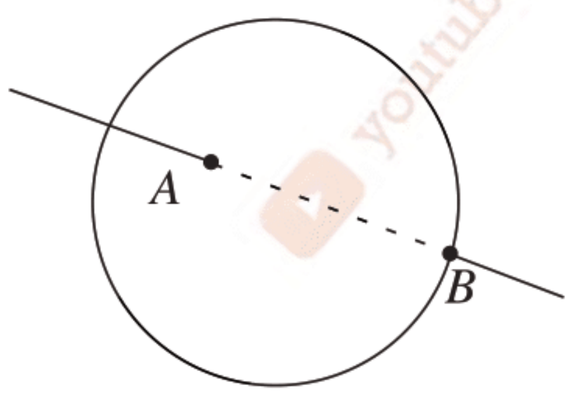
facebook.com/moeys
youtube.com/moeys
moeys.gov.kh

? លំហាត់

1. គេមាន 3 ចំណុច A, B, C រត់មិនត្រង់គ្នា គូសគ្រប់បន្ទាត់ដែលកាត់តាមពីរចំណុចៗ ។
   តើគេបានបន្ទាត់ប៉ុន្មាន ? រាប់ និងសរសេរបន្ទាត់ទាំងនោះ ។

2. តាមចំណុច A នៃបន្ទាត់មួយ គូសនៅលើបន្ទាត់នេះនូវអង្កត់ដែលមានប្រវែងស្មើគ្នានឹងអង្កត់ស្គាល់
   មួយ ។ តើអ្នកបានអង្កត់ប៉ុន្មាន ?

3. ដែកមួយសរសៃ (តាងឱ្យបន្ទាត់) ចាក់ទម្លុះបាល់មួយ
   (តាងឱ្យផ្ទៃមិនរាប) បានពីរចំណុចផ្សេងគ្នា (ដូចរូបខាងស្តាំ)
   តើសរសៃដែកនេះឋិតនៅក្នុងផ្ទៃបាល់ទាំងមូលដែរឬទេ ?



4. ដោយប្រើបន្ទាត់និងដែកឈាន សង់អង្កត់មួយដែលជាផលបូក
   (ផលដក) នៃអង្កត់ស្គាល់ពីរ ?

5. អង្កត់ MN មានរង្វាស់ $18cm$ ។ I ជាចំណុចមួយនៃ MN ចែក MN ជាអង្កត់ពីរមិនប៉ុនគ្នា ។
   A និង B ជាចំណុចកណ្តាលនៃអង្កត់ MI និង NI ។ គណនា AB

6. លើបន្ទាត់ xy គេដៅចំណុចបី A, B, C តាមលំដាប់នេះ ដោយ $AB = 2BC$ ។ បើ
   $AC = 18cm$ ។ គណនារង្វាស់ AB និង BC ?

7. គេមាន 4 ចំណុច A, B, C និង D រៀបតាមលំដាប់នៅលើបន្ទាត់ Δ មួយដោយដឹងថា
   $AB = CD = 3cm$, $BC = 5cm$ ។ ប្រៀបធៀបអង្កត់ AC និង BD ។

8. គេមានអង្កត់ AB , CD និង EF លើបន្ទាត់ xy មួយ ។ សង់អង្កត់ $MN = CD - AB$ និងអង្កត់
   $PQ = CD - AB$ ។ តើអ្នកសង្កេតឃើញយ៉ាងដូចម្តេចចំពោះអង្កត់ PQ ។

9. ម្ជុលដេរមួយដើមមានប្រវែងស្មើនឹង $35mm$ ។
   ក. បើខ្សែលួសមានប្រវែង $52.50m$ តើធ្វើម្ជុលបានប៉ុន្មានដើម ?
   ខ. បើ 20 % នៃប្រវែងខ្សែលួសត្រូវខូចនៅពេលផលិត ។ រកចំនួនម្ជុលដេរធ្វើបាន ?

10. ខ្យងមួយវារឡើងពីក្នុងអណ្តូងដែលមានជម្រៅ $8m$ នាពេលព្រឹក ។ នៅពេលយប់វាវារបានកម្ពស់
    $4m$ ហើយនៅពេលថ្ងៃវារធ្លាក់ចុះ $2m$ ទៅវិញ ។ តើប៉ុន្មានថ្ងៃ ទើបខ្យងនោះវារចេញពីអណ្តូង
    រួច ?

11. សុខាដាំដើមម៉ៃនចំនួន 6 ជួរ ដែលក្នុងមួយជួរៗមាន 4 ដើម ។ តើត្រូវដាំរបៀបណាបើមានដើម
    ម៉ៃនតែ 10 ដើម ? ចូរគូសបង្គ់ និងដៅចំណុចដែលត្រូវដាំ ?