# ជំពូក 7

# ស្ថិតិ



1. បំណែងចែកទិន្នន័យជាភាគរយ
2. រង្វាស់នៃគម្លាត
3. បំណែងចែកណរម៉ាល់

facebook.com/moeys.gov.kh

នៅជំពូកនេះ យើងនឹងសិក្សាពីការបែងចែកសំណុំទិន្នន័យមួយជាភាគរយ និងបម្រែបម្រួលសំណុំទិន្នន័យមួយធៀបនឹងសំណុំទិន្នន័យមួយទៀត ។

លើសពីនេះទៀត យើងនឹងសិក្សាបំណែងចែកនៃអថេរជាប់ដ៏សំខាន់មួយក្នុងស្ថិតិ ។

មេរៀនទី 1

# ការបែងចែកទិន្នន័យជាតាគរយ

## 1. ខ្ទាស់ទីតាំង

***ឧទាហរណ៍*** សាលារៀនបើកបររថយន្តមួយកន្លែងទទួលបានសិស្សចំនួន 16 នាក់ ដែលមានអាយុ 25, 23, 26, 30, 37, 20, 21, 23, 31, 34, 26, 34 31, 26, 35, 32 ។ នៅពេលគេរៀបអាយុសិស្សតាមលំដាប់ពីតិចទៅច្រើន រួចហើយគេចង់ដឹងថា ៖

តើ 25 % នៃសិស្សទាំងអស់នៅក្រោមអាយុប៉ុន្មានឆ្នាំ ?

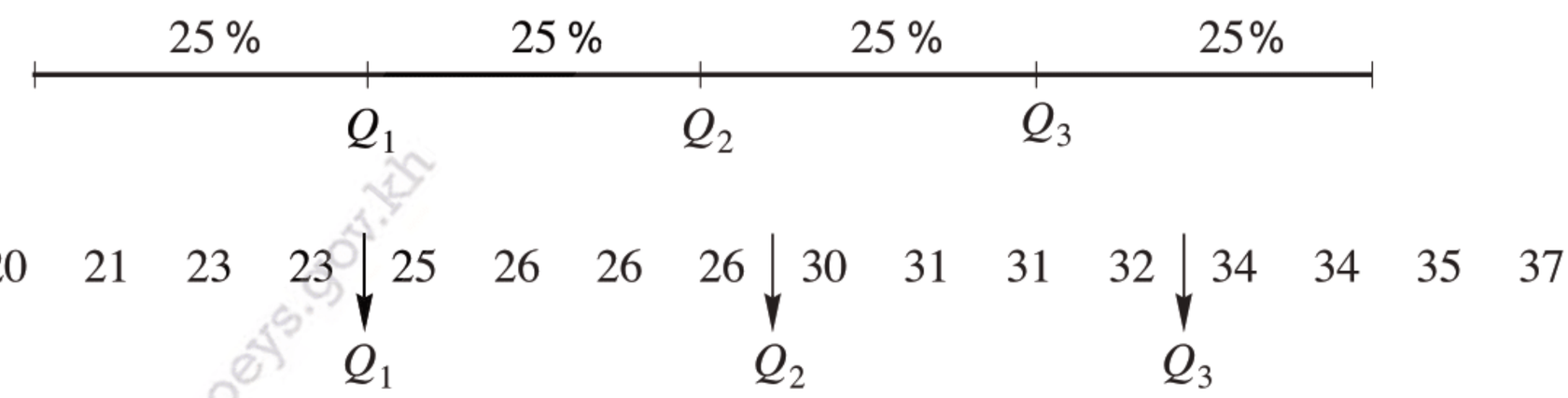
50 % នៃសិស្សទាំងអស់នៅក្រោមអាយុប៉ុន្មានឆ្នាំ ?

75 % នៃសិស្សទាំងអស់នៅក្រោមអាយុប៉ុន្មានឆ្នាំ ?

**ទត្តុបំណង**

- គណនាកាទីល ឬភាគបួន ភាគដប់ និងភាគរយ
- គណនាកាទីល ឬភាគបួន ភាគដប់ និងភាគរយនៃទិន្នន័យមានបំណែងចែកប្រែកង់ ។

ចំពោះទិន្នន័យដែលរៀបតាមលំដាប់កើន តម្លៃ 25 % នៃទិន្នន័យទាំងអស់ ហៅកាទីលទី 1 តាងដោយ $Q_1$ និង 75 % នៃទិន្នន័យទាំងអស់ ហៅថាកាទីលទី 3 តាងដោយ $Q_3$ ។ ចំណែកកាទីលទី 2 តាងដោយ $Q_2$ គឺជាមេដ្យាន ជាតម្លៃត្រូវនឹង 50 % នៃទិន្នន័យទាំងអស់ ។




គេសង្កេតឃើញថា ចំនួនទិន្នន័យទាំងអស់ស្មើនឹង 16 ដូចនេះ

$Q_1$ = តម្លៃតួទី $\frac{1}{4}(16+1)$ = តម្លៃតួទី 4.25

ដោយតួទី 4.25 នៅចន្លោះតួទី 4 និងតួទី 5 គេបាន $Q_1 = \frac{23+25}{2} = 24$ ។

$Q_2$ = តម្លៃតួទី $\frac{1}{2}(16+1)$ = តម្លៃតួទី 8.5

ដោយតួទី 8.5 នៅចន្លោះតួទី 8 និងតួទី 9 គេបាន $Q_2 = \frac{26+30}{2} = 28$ ។

$Q_3$ = តម្លៃតួទី $\frac{3}{4}(16+1)$ = តម្លៃតួទី 12.75

ដោយតួទី 12.75 នៅចន្លោះតួទី 12 និងតួទី 13 គេបាន $Q_3 = \frac{32+34}{2} = 33$ ។

**បំណកស្រាយចម្លើយ** យើងឃើញថា 25 % នៃសិស្សទាំងអស់មានអាយុតិចជាង 24 ឆ្នាំ 50 % នៃសិស្សទាំងអស់មានអាយុតិចជាង 28 ឆ្នាំ ហើយ 75 % នៃសិស្សទាំងអស់មានអាយុតិចជាង 33 ឆ្នាំ ។

**ជាទូទៅ** បើទិន្នន័យដែលបានរៀបតាមលំដាប់មានចំនួនតួស្មើនឹង $n$ នោះគេបាន

កាទីលទីមួយ $Q_1$ = តម្លៃតួទី $\frac{1}{4}(n+1)$

កាទីលទីពីរ $Q_2$ = តម្លៃតួទី $\frac{2}{4}(n+1)$ = តម្លៃទី $\frac{1}{2}(n+1)$

កាទីលទីបី $Q_3$ = តម្លៃតួទី $\frac{3}{4}(n+1)$ ។

**វិធាន**

- មុននឹងគណនាកាទីល ត្រូវរៀបទិន្នន័យតាមលំដាប់ពីតូចទៅធំ
- បើទីតាំងនៃ $Q$ ស្ថិតនៅចំទិន្នន័យណា នោះ $Q$ ស្មើនឹងតម្លៃទិន្នន័យនោះ
- បើទីតាំងនៃ $Q$ ស្ថិតនៅចំចន្លោះទិន្នន័យពីរ នោះតម្លៃ $Q$ ជាមធ្យមនៃទិន្នន័យទាំងពីរនោះ ។

ដូចគ្នានេះដែរ ភាគដប់ចែកទិន្នន័យជាដប់ចំណែកស្មើៗគ្នា ។




បើគេតាង $D_1$ ជាទីតាំងនៃភាគដប់ នោះគេបាន $D_1$ , $D_2$ , $D_3$ , ....., $D_9$ ។

រូបមន្តភាគដប់ $D_1$ = តម្លៃតួទី $\frac{1}{10}(n+1)$ , $D_9$ = តម្លៃតួទី $\frac{9}{10}(n+1)$ ។

ភាគរយចែកទិន្នន័យជាមួយរយចំណែកស្មើៗគ្នា។ បើគេតាង $L_1$ ជាទីតាំងភាគរយ នោះគេបាន $L_1$ , $L_2$ ,... $L_{99}$ ។

រូបមន្តភាគរយ $L_p$ = តម្លៃតួទី $\frac{P}{100}(n+1)$ ដែល $P$ ជាភាគរយដែលគេត្រូវរក ។

facebook.com/rmeys.gov.kh
krou.
youtube.com/rmeys
rmeys.gov.kh

**លំហាត់គំរូ** ប្រាក់កម្រៃជើងសាប្រចាំខែរបស់បុគ្គលិកក្នុងក្រុមហ៊ុនលក់កុំព្យូទ័រមួយ ( គិតជាដុលារ ) មាន 120 150 150 180 200 120 170 220 190 ។ គណនា $Q_1$ និង $D_2$ ។

**ចម្លើយ** រៀបទិន្នន័យតាមលំដាប់ 120 120 150 150 170 180 190 200 220

$Q_1$ = តម្លៃតួទី $\frac{1}{4}(n+1)$ , $n = 9$

= តម្លៃតួទី $\frac{1}{4}(9+1)$ = តម្លៃតួទី 2.5 ។

ដូចនេះ $Q_1 = \frac{120+150}{2} = \$135$ មានន័យថា 25 % នៃបុគ្គលិកទាំងអស់មានប្រាក់កម្រៃជើងសាតិចជាង \$135 ។

$D_2$ = តម្លៃតួទី $\frac{2}{10}(n+1)$ = តម្លៃតួទី 2 ។ ដូចនេះ $D_2 = \$120$ មានន័យថា 80 % នៃបុគ្គលិកទាំងអស់មានប្រាក់កម្រៃជើងសាច្រើនជាង \$120 ។

**ប្រតិបត្តិ** គណនា $Q_1$ , $Q_2$ , $Q_3$ និង $L_{25}$ នៃសំណុំទិន្នន័យខាងក្រោម :

4 6 18 25 9 16 22 5 20 4 8 ។

## 2. រង្វាស់ទីតាំងនៃទិន្នន័យផ្ដុំជាប្រេកង់

ដើម្បីកំណត់រង្វាស់ទីតាំងនៃទិន្នន័យផ្ដុំជាប្រេកង់ គេត្រូវបង្កើតតារាងប្រេកង់កើន ។

**លំហាត់គំរូ** អ្នកលក់សៀវភៅម្នាក់បានឱ្យដឹងថា សៀវភៅថ្មីរបស់គាត់ទាំងអស់មានចំនួន 30 ក្បាល ។ ក្នុងនោះមានចំនួន 5 ក្បាល មួយក្បាលលក់តម្លៃ \$12 មានចំនួន 8 ក្បាល មួយក្បាលលក់តម្លៃ \$9 មានចំនួន 6 ក្បាល មួយក្បាលលក់តម្លៃ \$7 មានចំនួន 9 ក្បាល មួយក្បាលលក់តម្លៃ \$15 និង មានចំនួន 2 ក្បាល មួយក្បាលលក់តម្លៃ \$20 ។ គណនា $Q_1$ មេដ្យានិង $L_{81}$ ។

**ចម្លើយ** បង្កើតតារាងប្រេកង់កើន

| តំលៃសៀវភៅ $x$ | ចំនួនសៀវភៅ $f$ | $f^{\uparrow}$ |
|---|---|---|
| \$7 | 6 | 6 |
| \$9 | 8 | 14 |
| \$12 | 5 | 19 |
| \$15 | 9 | 28 |
| \$20 | 2 | 30 |

$Q_1$ = តម្លៃតួទី $\frac{1}{4}(n+1)$ , $n = 30$

= តម្លៃតួទី $\frac{1}{4}(30+1)$

= តម្លៃតួទី 7.75 ។

ដូចនេះ $Q_1$ = \$ 9 ។

មេដ្យាន = តម្លៃតួទី $\frac{1}{2}(n+1)$

facebook.com/moeys.youth
www.moeys.gov.kh
youtube.com/moeys

$=$ តម្លៃតួទី $\frac{1}{2}(30+1)$

$=$ តម្លៃតួទី $15.5$ ។ ដូចនេះ មេដ្យានស្មើនឹង $\$\ 12$ ។

$L_{81}$ $=$ តម្លៃតួទី $\frac{P}{100}(n+1)$ $=$ តម្លៃតួទី $\frac{81}{100}(30+1)$ $=$ តម្លៃតួទី $25.11$ ។

ដូចនេះ $L_{81} = \$\ 15$ ។

**ប្រតិបត្តិ** តារាងបំណែងចែកប្រេកង់ខាងក្រោម បង្ហាញពីចំនួនក្មេងក្នុងគ្រួសារនៃ 35 គ្រួសារ ដែលគេបានទៅសម្ភាសន៍ក្នុងភូមិមួយ។ គណនាមេដ្យាន កាទីលទីមួយ $Q_1$ និង $L_{73}$ ។

| ចំនួនក្មេង $x$ | 0 | 1 | 2 | 3 | 4 | 5 |
|---|---|---|---|---|---|---|
| ចំនួនគ្រួសារ $f$ | 3 | 5 | 12 | 9 | 4 | 2 |

## 3. រង្វាស់ទីតាំងនៃទិន្នន័យផ្តុំជាថ្នាក់

ដើម្បីកំណត់រង្វាស់ទីតាំងនៃទិន្នន័យផ្តុំជាថ្នាក់ គេត្រូវបង្កើតតារាងប្រេកង់កើន។

**លំហាត់គំរូ 1** ខាងក្រោមជាតារាងបំណែងចែកប្រេកង់នៃពិន្ទុសិស្សចំនួន 40 នាក់ ដែលគេបានធ្វើតេស្តគណិតវិទ្យា។

| ថ្នាក់នៃពិន្ទុ | 30 - 40 | 40 - 50 | 50 - 60 | 60 - 70 | 70 - 80 | 80 - 90 |
|---|---|---|---|---|---|---|
| ចំនួនសិស្ស | 5 | 7 | 12 | 11 | 3 | 2 |

គណនា $Q_1$ និង $Q_3$ ។

**ចម្លើយ** ដំបូងត្រូវបង្កើតតារាងប្រេកង់កើន

- មួយភាគបួននៃប្រេកង់សរុប ឬ 25 % នៃទិន្នន័យគឺ $\frac{40}{4} = 10$
- ក្នុងជួរប្រេកង់កើន 10 ស្ថិតនៅក្នុងថ្នាក់ $40 - 50$
- ដូចនេះ $Q_1$ ស្ថិតនៅក្នុងថ្នាក់ $40 - 50$ ។

| ថ្នាក់ | ចំនួនសិស្ស $f$ | $f^{\uparrow}$ |
|---|---|---|
| 30 - 40 | 5 | 5 |
| 40 - 50 | 7 | 12 |
| 50 - 60 | 12 | 24 |
| 60 - 70 | 11 | 35 |
| 70 - 80 | 3 | 38 |
| 80 - 90 | 2 | 40 |

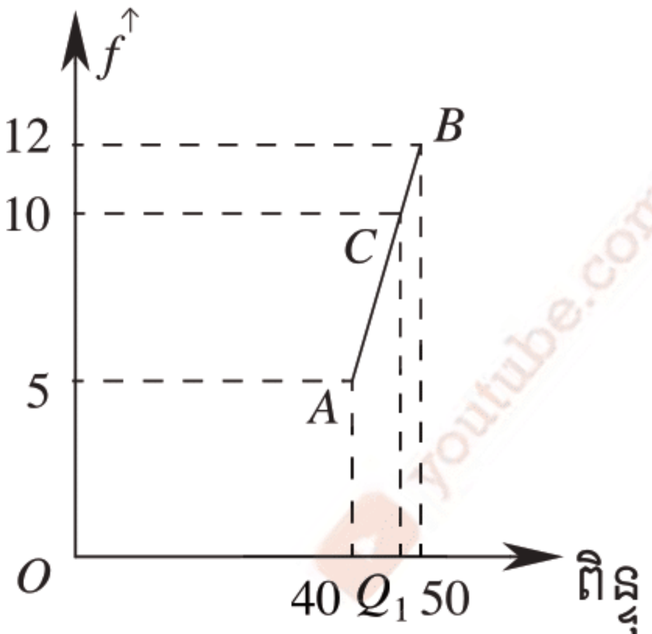
គេអាចកំណត់ទីតាំង $Q_1$ ឱ្យកាន់តែជាក់លាក់ទៀតតាមផលធៀប ។

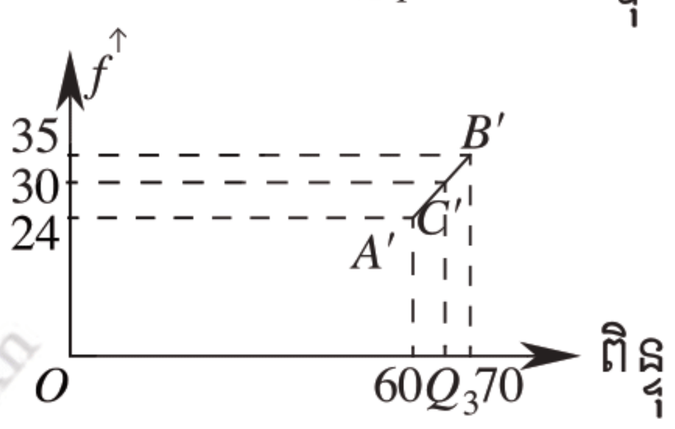
គេបាន $\frac{10-5}{Q_1-40} = \frac{7}{10} \Rightarrow Q_1 = 40 + \frac{10-5}{7} \times 10 = 47.14$ ។

គណនាកាទីលទីបី $Q_3$

- បីភាគបួននៃប្រេកង់សរុប ឬ 75 % នៃទិន្នន័យស្មើនិង $\frac{3}{4} \times 40 = 30$
- ក្នុងជួរប្រេកង់កើន 30 ស្ថិតនៅក្នុងថ្នាក់ 60 - 70 ដូចនេះ $Q_3$ ស្ថិតក្នុងថ្នាក់ 60 - 70 ។ គេអាចកំណត់ទីតាំងនៃ $Q_3$ ឱ្យកាន់តែជាក់លាក់ទៀតតាមផលធៀប គេបាន

$$\frac{30-24}{Q_3-60} = \frac{11}{10} \Rightarrow Q_3 = 60 + \frac{30-24}{11} \times 10 = 65.45$$ ។




**ជាទូទៅបើ**

$L$ ថ្នាក់គោលក្រោម

$f^{\uparrow}$ ជាប្រេកង់កើនមុនបន្ទាន់នៃថ្នាក់ដែល $Q$ ស្ថិតនៅ

$f$ ជាប្រេកង់

$i$ ជាប្រវែងថ្នាក់

$n$ ជាផលបូកប្រេកង់សរុប

នោះ

$$Q_1 = L + \frac{\frac{1}{4}n - f^{\uparrow}}{f} \times (i)$$

$$Q_3 = L + \frac{\frac{3}{4}n - f^{\uparrow}}{f} \times (i)$$

$$L_p = L + \frac{\frac{P}{100}n - f^{\uparrow}}{f} \times (i)$$

**លំហាត់គំរូ 2** ខាងក្រោមនេះជាបំណែងចែក ការប្រាក់ ( គិតជាដុល្លារ ) ដែលអ្នកវិនិយោគចំនួន 460 នាក់ឱ្យក្នុងមួយឆ្នាំ ។

| ការប្រាក់ | 30 - 40 | 40 - 50 | 50 - 60 | 60 - 70 | 70 - 80 |
|---|---|---|---|---|---|
| ចំនួនអ្នកវិនិយោគ $f$ | 17 | 55 | 142 | 153 | 93 |

គណនា $Q_1$ $Q_3$ និង $L_{45}$ ។

krou.moeys.gov.kh
facebook.com/moeys
youtube.com/moeys

**ចម្លើយ** ដំបូងត្រូវបង្កើតតារាងប្រេកង់កើន

| ការប្រាក់ | $f$ | $f^{\uparrow}$ |
|---|---|---|
| 30 - 40 | 17 | 17 |
| 40 - 50 | 55 | 72 |
| 50 - 60 | 142 | 214 |
| 60 - 70 | 153 | 367 |
| 70 - 80 | 93 | 460 |

$Q_1 = L + \dfrac{\frac{1}{4}n - f^{\uparrow}}{f} \times (i)$ ដើម្បីអនុវត្តរូបមន្តនេះបាន លុះត្រាតែយើងដឹង $Q_1$ ស្ថិតក្នុងថ្នាក់មួយណាសិន ។

យើងដឹងថា $Q_1$ = តម្លៃតួទី $\frac{1}{4}n$ = តម្លៃតួទី $\frac{1}{4} \times 460$ = តម្លៃតួទី 115 ។

តាមតារាងប្រេកង់កើន គេបាន $Q_1$ ស្ថិតក្នុងថ្នាក់ 50 - 60 ។

គេបាន $L = 50$ , $\frac{1}{4}n = \frac{1}{4} \times 460 = 115$ , $f^{\uparrow} = 72$ , $f = 142$ , $i = 60 - 50 = 10$ ។

ដូចនេះ $Q_1 = 50 + \dfrac{115 - 72}{142} \times (10) = 53.03$ ដុល្លារ ។

$Q_3 = L + \dfrac{\frac{3}{4}n - f^{\uparrow}}{f} \times (i)$ យើងដឹងថា $Q_3$ = តម្លៃតួទី $\frac{3}{4}n$ = តម្លៃតួទី $\frac{3}{4} \times 460$

= តម្លៃតួទី 345 ។

តាមតារាងប្រេកង់កើន គេបាន $Q_3$ ស្ថិតក្នុងថ្នាក់ " 60 - 70 " ។

គេបាន $L = 60$ , $\frac{3}{4}n = \frac{3}{4} \times 460 = 345$ , $f^{\uparrow} = 214$ , $f = 153$ , $i = 70 - 60 = 10$ ។

ដូចនេះ $Q_3 = 60 + \dfrac{345 - 214}{153} \times (10) = 68.56$ ដុល្លារ ។

$L_{45} = L + \dfrac{\frac{P}{100}n - f^{\uparrow}}{f}(i)$

យើងដឹងថា $L_p$ = តម្លៃតួទី $\frac{P}{100} \times n \Rightarrow L_{45}$ = តម្លៃតួទី $\frac{45}{100} \times 460$ = តម្លៃតួទី 207

តាមតារាងប្រេកង់កើន គេបាន $L_{45}$ ស្ថិតនៅក្នុងថ្នាក់ " 50 - 60 " ។

គេបាន $L = 50$ , $\frac{P}{100} \times n = \frac{45}{100} \times 460 = 207$ , $f^{\uparrow} = 72$ , $f = 142$ , $i = 10$ ។

ដូចនេះ $L_{45} = 50 + \dfrac{207 - 72}{142} \times 10 = 50 + 9.51 = 59.51$ ដុល្លារ ។

facebook.com/moeys.gov.kh
youtube.com/moeys
moeys.gov.kh

**បំណកស្រាយចម្លើយ** ដូចជា $L_{45} = 59.51$ មានន័យថាមាន 45 % នៃអ្នកវិនិយោគទាំងអស់ឱ្យការប្រាក់តិចជាង 59.51 ដុល្លារក្នុងមួយឆ្នាំ ។

**សម្គាល់** ចំពោះទិន្នន័យផ្តុំជាថ្នាក់ការគណនាកាទីល យើងប្រើ $\frac{1}{4}n$ , $\frac{3}{4}n$ ជំនួស $\frac{1}{4}(n+1)$ , $\frac{3}{4}(n+1)$ ដែលជាទិន្នន័យមិនផ្តុំជាថ្នាក់ ករណីនេះដូចគ្នាចំពោះភាគដប់ ឬភាគយកដែរ ។

**ប្រតិបត្តិ** តារាងបង្ហាញពីពិន្ទុ សិស្សដែលបានធ្វើតេស្តភាសាអង់គ្លេសចំនួន 40 នាក់ ។

| ពិន្ទុ | 70 - 80 | 70 - 80 | 70 - 80 | 70 - 80 | 70 - 80 |
|---|---|---|---|---|---|
| ចំនួនសិស្ស $f$ | 8 | 10 | 13 | 6 | 3 |

គណនា $L_{50}$ , $Q_1$ និង $Q_3$ រួចបកស្រាយចម្លើយ ។

## លំហាត់

1. គណនាកាទីលទាំងបី និងភាគដប់នៃសំណុំទិន្នន័យនីមួយៗខាងក្រោម :

   ក. 1 3 5 5 7 0 8 2 2 4 4

   ខ. 7 10 22 2 0 8 12 13 18 21 ។

2. គណនាកាទីលទីមួយ $Q_1$ កាទីលទីបី $Q_3$ និង $L_{68}$ នៃសំណុំទិន្នន័យ :

   ក. 18 0 8 16 10 4 4 14 2 13 5 7

   ខ. 0.7 0.4 0.65 0.78 0.45 0.32 1.9 0.0078 ។

3. គណនាមេដ្យាន កាទីលទីមួយ $Q_1$ កាទីលទីបី $Q_3$ និង $L_{63}$ នៃបំណែងចែកប្រេកង់ខាងក្រោម :

   ក.

| $x$ | 4 | 5 | 6 | 7 | 8 | 9 |
|---|---|---|---|---|---|---|
| $f$ | 12 | 9 | 8 | 13 | 9 | 9 |

   ខ.

| $x$ | 12 | 13 | 14 | 15 | 16 |
|---|---|---|---|---|---|
| $f$ | 3 | 9 | 11 | 15 | 7 |

4. តារាងខាងក្រោមបង្ហាញពិន្ទុ ដែលបានមកពីបោះគ្រាប់ឡុកឡាក់មួយ ចំនួន 60 ដង ។ គណនា $Q_2$ និង $D_1$ ។

| ពិន្ទុ $x$ | 1 | 2 | 3 | 4 | 5 | 6 |
|---|---|---|---|---|---|---|
| ប្រេកង់ $f$ | 12 | 9 | 8 | 13 | 9 | 9 |

5. អ្នកលក់សៀវភៅម្នាក់បានឱ្យ ដឹងថា សៀវភៅថ្មីរបស់គាត់មានទាំងអស់ចំនួន 25 ក្បាល ក្នុងនោះ មានចំនួន 4 ក្បាលមួយក្បាលលក់តម្លៃ $10 មានចំនួន 6 ក្បាលមួយក្បាលលក់តម្លៃ $8 មានចំនួន 4 ក្បាលមួយលក់តម្លៃ $7 មានចំនួន 9 ក្បាលមួយក្បាលលក់តម្លៃ $15 និងមានចំនួន 2 ក្បាលមួយក្បាលលក់តម្លៃ $22 ។

ក. គណនាតម្លៃមធ្យមក្នុងសៀវភៅមួយក្បាល

ខ. គណនាកាទីល $Q_1$ , $Q_2$ , $Q_3$ និង $L_{32}$ ។

6. ការពិសោធន៍បណ្តុះកូនប៉េងប៉ោះដោយប្រើជីគីមីក្នុងរយៈពេលមួយអាទិត្យ បម្រែបម្រួលកំពស់កូនប៉េងប៉ោះ ទទួលបានលទ្ធផលដូចខាងក្រោម :

| កំពស់ $(mm)$ | 0 - 5 | 5 - 10 | 10 - 15 | 15 - 20 | 20 - 25 | 25 - 30 | 30 - 35 |
|---|---|---|---|---|---|---|---|
| ចំនួនកូនប៉េងបោះ $f$ | 3 | 15 | 72 | 15 | 90 | 36 | 8 |

គណនា $Q_1$ , $Q_3$ និង $D_1$ ។

7. គេបានកត់ត្រា ចំនួនសៀវភៅដែលមាននៅតាមធ្នើចំនួន 40 ក្នុងបណ្ណាល័យមួយ ។

| ចំនួនសៀវភៅ | 30 - 35 | 35 - 40 | 40 - 45 | 45 - 50 | 50 - 55 | 55 - 60 |
|---|---|---|---|---|---|---|
| ចំនួនធ្នើ | 4 | 6 | 10 | 13 | 5 | 3 |

គណនាមេដ្យាន និង $L_{28}$ ។

facebook.com/moeys.gov.kh